07.54

https://172.16.100.20

Akhiri Tes

Soal No #1 (Pilihan Ganda Kompleks)

Tandai Soal

« Previous

Next »

Perhatikan gambar berikut.

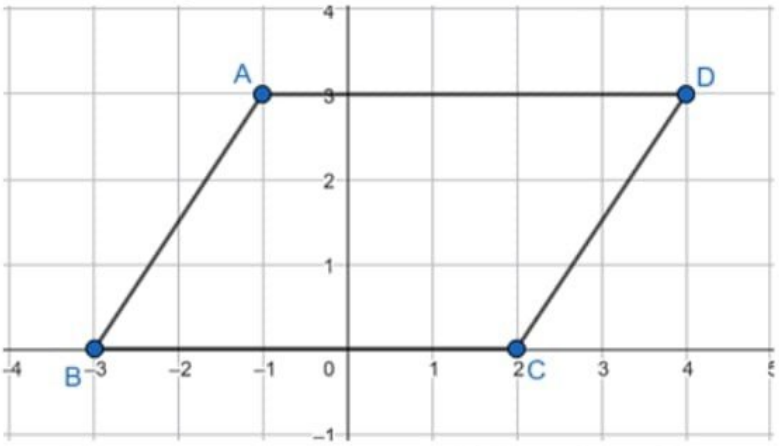

Apabila jajargenjang ABCD didilatasikan dengan pusat O(0,0) dan faktor skala 3 menghasilkan bayangan A'B'C'D'.

Berdasarkan situasi berikut, ***pilihlah jawaban yang benar! Jawaban benar lebih dari satu.***

- [x] Koordinat A'(-3, 9)
- [ ] Koordinat C'(0, 6)
- [x] Koordinat D'(12, 9)
- [ ] Luas jajargenjang setelah didilatasi adalah 15 luas satuan.

1 2 3 4

07.54

https://172.16.100.20

Akhiri Tes

Soal No #2 (Pilihan Ganda Kompleks)

Tandai Soal

« Previous

Next »

Proyek Renovasi Gedung

Proyek renovasi suatu gedung sekolah harus diselesaikan paling lambat dalam waktu 40 hari sesuai dengan kontrak kerja yang telah disepakati bersama. Manajer proyek telah menghitung kebutuhan tenaga kerja dengan asumsi setiap pegawai memiliki kemampuan dan produktivitas yang sama setiap harinya. Kemajuan proyek sangat bergantung pada jumlah pegawai; semakin banyak pegawai yang bekerja, maka waktu pengerjaan akan semakin singkat.

Pekerjaan dinyatakan selesai jika seluruh beban kerja telah terpenuhi. Jika terjadi kendala pada jumlah pegawai atau waktu kerja, manajer harus melakukan penyesuaian agar total beban kerja tetap terpenuhi tepat waktu. Penyesuaian ini sangat penting dilakukan agar renovasi gedung selesai tepat 40 hari tanpa melanggar batas kontrak yang ada. Rencana awal, renovasi gedung dilakukan oleh 15 pegawai. Namun setelah pekerjaan berjalan 8 hari, pekerjaan berhenti total selama 2 hari (tidak ada pegawai yang bekerja) karena kendala cuaca. Manajer proyek melakukan analisis untuk menentukan langkah penyesuaian jumlah pegawai. Berdasarkan situasi tersebut, pilihlah pernyataan yang bernilai Benar! Jawaban benar lebih dari satu.

- [ ] Sisa waktu efektif yang tersedia untuk menyelesaikan seluruh sisa pekerjaan adalah 30 hari
- [ ] Manajer proyek harus menyiapkan total 16 pegawai agar proyek selesai tepat waktu
- [ ] Agar renovasi tetap selesai tepat waktu, manajer tidak perlu menambah tenaga kerja
- [ ] Diperlukan 3 pegawai tambahan supaya proyek selesai tepat waktu

07.54

https://172.16.100.20

Akhiri Tes

Soal No #3 (Pilihan Ganda)

Tandai Soal

« Previous

Next »

Berdasarkan data diketahui bahwa rata-rata berat satu butir telur kecil 35 gram, satu telur sedang 50 gram, dan satu telur besar 75 gram. Seorang karyawan toko bahan pangan, sedang mengemas setiap 10 butir telur ke dalam satu kemasan dengan ketentuan bahwa rata-rata berat per telur dalam setiap kemasan tersebut adalah 55 gram. Jika dalam satu kemasan sudah berisi 2 telur besar, 3 telur sedang, dan 4 telur kecil, maka dua telur tambahan yang harus dipilih supaya tetap memenuhi aturan pengemasan adalah ....

- 2 telur sedang
- 2 telur besar
- 1 telur besar dan 1 telur kecil
- 1 telur besar dan 1 telur sedang

1	2	3	4
5	6	7	8
9	10	11	12
13	14	15	16

07.54

https://172.16.100.20

Akhiri Tes

Soal No #4 (Pilihan Ganda)

Tandai Soal

« Previous

Next »

Perhatikan susunan titik berikut!

Pola ke-1	Pola ke-2	Pola ke-3	Pola ke-4
●	● ● ●	● ● ● ● ● ●	● ● ● ● ● ● ● ● ● ●

Jika pola berlanjut, maka banyak titik pada pola ke-10 adalah...

- 45
- 55
- 65
- 66

1	2	3	4
5	6	7	8
9	10	11	12
13	14	15	16
17	18	19	20

07.54

https://172.16.100.20

Akhiri Tes

Soal No #5 (Pilihan Ganda)

Tandai Soal

« Previous

Next »

Seorang influencer ingin mengunggah foto produk di Instagram. Ia memiliki foto asli dengan rasio lebar dan tinggi 3 : 4. Jika ia ingin mencetak foto tersebut sebagai poster dengan lebar 60 cm tanpa memotong bagian foto, tinggi poster yang dicetak tersebut adalah...

- 70 cm
- 75 cm
- 80 cm
- 90 cm

1	2	3	4
5	6	7	8
9	10	11	12
13	14	15	16
17	18	19	20
21	22	23	24
25	26	27	28
29	30		

07.55

https://172.16.100.20

Akhiri Tes

Soal No #6 (Pilihan Ganda)

Tandai Soal

« Previous

Next »

Perhatikan gambar berikut.

Shafa mendapatkan tugas mengurutkan bilangan-bilangan pada kartu tersebut mulai dari yang terkecil ke yang terbesar. Urutan bilangan yang tepat adalah...

- $2,15; \frac{9}{4}; 2\frac{3}{8};\ 240\%$
- $2,15; 2\frac{3}{8};\ \frac{9}{4};\ 240\%$
- $2\frac{3}{8}; 2,15; \frac{9}{4};\ 240\%$
- $\frac{9}{4}; 2\frac{3}{8};\ 2,15; 240\%$

1 2 3 4

07.55

https://172.16.100.20

CBT ONLINE

01:04:55

Akhiri Tes

Soal No #7 (Pilihan Ganda Kompleks)

Tandai Soal

« Previous

Next »

Sebuah toko menjual 1 kg tepung seharga Rp14.750,00. Jika seseorang membeli 9,8 kg untuk jenis beras yang sama, maka perkiraan total harga yang mungkin adalah...

- [ ] Kurang dari Rp140.000,00
- [ ] Lebih besar dari Rp126.000,00
- [ ] Dapat diperkirakan dengan 10 × 14.500,00
- [ ] Mendekati Rp120.000,00

1	2	3	4
5	6	7	8
9	10	11	12
13	14	15	16
17	18	19	20

07.55

https://172.16.100.20

CBT ONLINE

01:04:52

Akhiri Tes

Soal No #8 (Pilihan Ganda Kompleks)

Tandai Soal

« Previous

Next »

Relasi dan fungsi (domain, kodomain, range), serta penyajiannya.

Soal

Suatu fungsi $f: x \rightarrow ax + b$ diketahui memilki f(2) = 11 dan f(-3) = -9 dengan nilai domain adalah {0, 1, 2}. Berdasarkan situasi berikut, pilihlah jawaban yang benar! Jawaban benar lebih dari satu.

- [ ] Rumus fungsinya adalah f(x) = 2x + 3
- [ ] Rumus fungsinya adalah f(x) = 4x + 3
- [ ] Nilai a = 3 dan b = 4
- [ ] Range fungsi untuk setiap domain adalah {3, 7, 11}

1	2	3	4
5	6	7	8
9	10	11	12

07.55

https://172.16.100.20

CBT ONLINE

01:04:45

Akhiri Tes

Soal No #9 (Pilihan Ganda Kompleks)

Tandai Soal

« Previous

Next »

Misalkan p dan q merupakan dua bilangan real sehingga sistem persamaan linear (SPL)

$3x + py = 1$

$qx - 4y = 13$

mempunyai solusi $(x, y) = (5,-2)$.

Berdasarkan situasi tersebut, pilihlah pernyataan yang bernilai Benar terkait nilai p dan q! Jawaban benar lebih dari satu.

- [ ] p merupakan bilangan genap prima
- [ ] q merupakan bilangan ganjil
- [ ] hasil penjumlahan p dan q menghasilkan bilangan genap
- [ ] $2p + 3q = 16$

1	2	3	4
5	6	7	8
9	10	11	12

07.55

https://172.16.100.20

Soal No #10 (Pilihan Ganda Kompleks)

Tandai Soal

« Previous

Next »

Perhatikan gambar berikut.

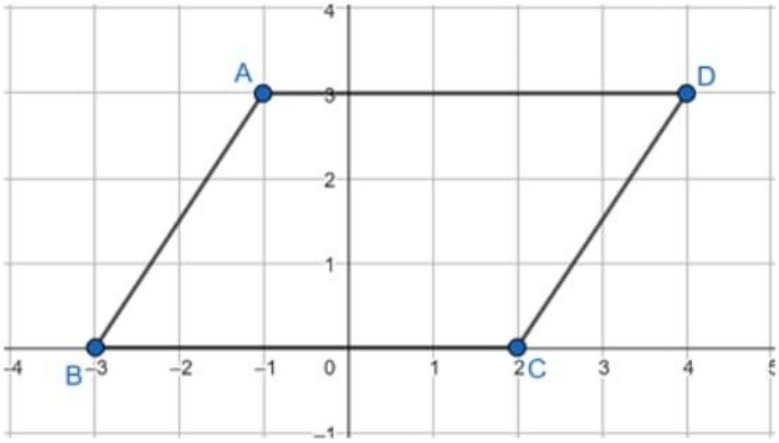

Apabila jajargenjang ABCD direfleksi terhadap sumbu x, menghasilkan bayangan jajargenjang A'B'C'D'. Kemudian, jajargenjang A'B'C'D' dirotasikan sebesar 90° berlawanan arah jarum jam dengn pusat O(0,0) sehingga menghasilkan bayangan jajargenjang A"B"C"D". Berdasarkan situasi tersebut, ***Klik jawaban yang benar, jawaban benar lebih dari satu!***

- [ ] Koordinat A'(1,3)
- [ ] Koordinat B' tidak berubah
- [x] Koordinat D"(3, 4)
- [x] Luas jajargenjang tidak berubah setelah ditransformasi

1 2 3 4

08.02

https://172.16.100.20

00:57:39

Akhiri Tes

Soal No #11 (Pilihan Ganda)

Tandai Soal

« Previous

Next »

Perhatikan gambar denah taman berikut ini!

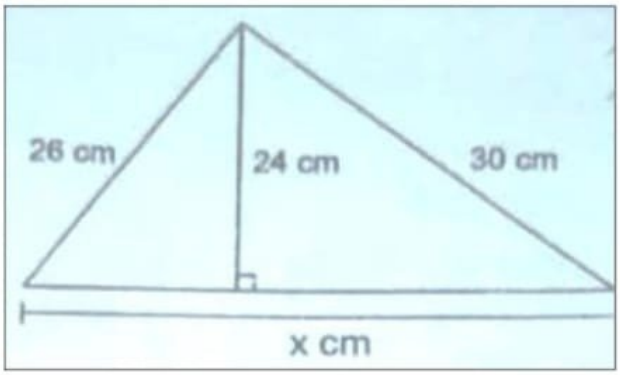

Aura berjalan mengeliling sebuah taman berbentuk segitiga yang digambarkan dalam sketsa berikut ini. Jika 1 cm pada sketsa sama dengan 1 m pada kondisi aslinya, maka total jarak yang ditempuh dalam satu putaran adalah...

- 68 m
- 70 m
- 84 m
- 88 m

1 2 3 4

5 6 7 8

08.02

https://172.16.100.20

CBT ONLINE

00:57:34

Akhiri Tes

Soal No #12 (Pilihan Ganda)

Tandai Soal

« Previous

Next »

Perhatikan bentuk aljabar berikut:

$$(x-3)(2+y)+(x-3)(4-y)$$

Bentuk sederhana dari bentuk aljabar tersebut adalah

- 6x - 3
- 2(x - 3)
- 6(x - 3)
- x - 18 + 6y

1	2	3	4
5	6	7	8
9	10	11	12
13	14	15	16
17	18	19	20

08.02

https://172.16.100.20

Soal No #13 (Pilihan Ganda Kompleks)

Tandai Soal

« Previous

Next »

Perhatikan denah taman berikut ini!

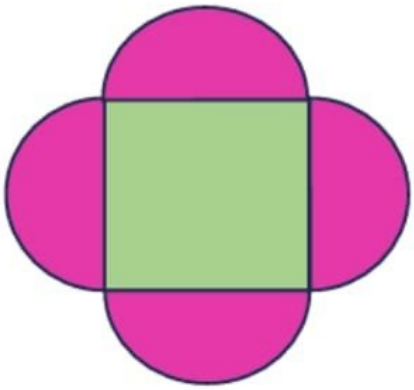

Sebuah taman dirancang dengan denah seperti gambar di atas. Bagian berwarna hijau adalah taman rumput berbentuk persegi dengan sisi 28 m, sedangkan bagian berwarna pink adalah taman bunga yang berbentuk setengah lingkaran identic dan menyinggung keempat sisi persegi. Berdasarkan deskripsi dari gambar di atas, ***Klik jawaban yang benar, jawaban benar lebih dari satu!***

- [ ] Luas daerah taman berumput adalah 684 m^2
- [ ] Luas daerah taman bunga adalah 1232 m^2
- [x] Keliling area taman adalah 176 m
- [x] Perbandingan luas taman berumput dengan taman bunga adalah 7 : 11

08.02 77
https://172.16.100.20

Soal

Perhatikan bacaan berikut

Gedung Opera

Sebuah ruang opera baru dirancang dengan tata letak kursi yang mempertimbangkan sudut pandang penonton terhadap panggung. Untuk menjaga visibilitas tetap optimal, jumlah kursi pada setiap baris disusun mengikuti pola barisan aritmatika. Baris paling depan terdiri dari 16 kursi. Setiap baris di belakangnya selalu memiliki 2 kursi lebih banyak dibandingkan baris di depannya. Ruang opera tersebut memiliki 10 baris kursi. Manajemen opera ingin menganalisis kapasitas total, distribusi kursi pada baris tertentu, serta dampak perubahan desain terhadap jumlah kursi keseluruhan. Berdasarkan situasi tersebut, pilihlah pernyataan yang bernilai Benar! Jawaban benar lebih dari satu.

- [ ] Banyak kursi pada baris ke-8 adalah 30
- [ ] Jumlah seluruh kursi di ruang opera lebih dari 300 kursi
- [ ] Jika penonton yang hadir sebanyak 184 orang, maka banyak kursi yang kosong adalah 66 kursi
- [ ] Jika harga 1 buah tiket opera dijual Rp200.000,00, maka pendapatan maksimum pertunjukan opera senilai Rp50.000.000,00

08.02

https://172.16.100.20

Akhiri Tes

Soal No #15 (Pilihan Ganda)

Tandai Soal

« Previous

Next »

Dalam sebuah aplikasi belanja online, terdapat fitur Lucky Draw harian. Di dalam "roda keberuntungan" virtual, terdapat 50 slot yang terdiri dari 3 slot hadiah Umrah, 5 slot hadiah Smartphone, 12 voucher belanja, dan sisanya adalah slot bertuliskan "Anda belum beruntung". Peluang seorang pengguna mendapatkan hadiah smartphone dalam satu kali percobaan adalah...

- $\frac{3}{50}$
- $\frac{1}{10}$
- $\frac{6}{25}$
- $\frac{3}{5}$

1	2	3	4
5	6	7	8
9	10	11	12

08.02

https://172.16.100.20

00:57:13

Akhiri Tes

Soal No #16 (Pilihan Ganda Kompleks)

Tandai Soal

« Previous

Next »

Diketahui tiga bilangan sebagai berikut :

Bilangan I : $(23^2 - 13^2)$

Bilangan II : $(12^2 + 36)$

Bilangan III : (28×45)

Bilangan apa saja yang merupakan faktor persekutuan ketiga bilangan tersebut?

Pilihlah jawaban yang benar! Jawaban benar lebih dari satu.

- [ ] $2^2 \times 3 \times 5^2$
- [ ] $2^2 \times 3 \times 5$
- [ ] $2^2 \times 3^2 \times 5$
- [ ] $2 \times 3^2 \times 5$

1 2 3 4

5 6 7 8

9 10 11 12

08.04

https://172.16.100.20

00:55:48

Akhiri Tes

Soal No #17 (Pilihan Ganda Kompleks)

Tandai Soal

« Previous

Next »

Sebuah warung seblak prasmanan mencatat jenis topping yang paling banyak dipesan oleh pelanggan dalam satu jam terakhir:

- Kerupuk lidah: 14 orang
- Cirawang: 16 orang
- Bakso jumbo: 8 orang
- Jamur salju: 12 orang

Berdasarkan informasi yang ada pada gambar tersebut, pernyataan yang benar adalah...

Klik jawaban yang benar, jawaban benar lebih dari satu!

- [ ] Modus topping adalah Bakso Jumbo
- [ ] Rata-rata pesanan per jenis topping adalah 10
- [ ] Jika 4 orang memesan jamur salju, maka modus berubah menjadi Cirawang dan Jamur salju
- [ ] Median data di atas adalah topping Cirawang

1	2	3	4
5	6	7	8
9	10	11	12

08.04

https://172.16.100.20

CBT ONLINE

00:55:39

Akhiri Tes

Soal No #19 (Pilihan Ganda Kompleks)

Tandai Soal

« Previous

Next »

Untuk membuat minuman *Milo Dinosaur*, perbandingan antara Milo bubuk dan susu cair adalah

Milo bubuk : Susu Cair = 3 : 8

Mikha ingin membuat minuman dari 200 ml susu cair.

Pilihlah jawaban yang benar! Jawaban benar lebih dari satu.

- [x] Milo bubuk yang diperlukan adalah 75 ml
- [ ] Volume total minuman yang dihasilkan adalah 300 ml
- [x] Jika susu cair dikurangi menjadi 120 ml, maka milo bubuk yang diperlukan sebanyak 45 ml
- [ ] Jika susu cair ditambahkan menjadi 240 ml, maka volume total minuman yang dihasilkan 330ml

1	2	3	4
5	6	7	8
9	10	11	12
13	14	15	16

Sebuah sensor otomatis diuji untuk mendeteksi kendaraan yang melintas. Pengujian dilakukan dalam tiga tahap dengan hasil sebagai berikut:

Tahap	Jumlah Uji	Sensor berhasil	Sensor gagal
I	100	94	6
II	150	130	20
III	200	164	36

Data tersebut digunakan untuk memperkirakan peluang kegagalan sensor pada satu kali deteksi berikutnya. Berdasarkan hasil pengujian sensor pada tabel, manakah pernyataan yang benar tentang pengujian sensor tersebut?

Pilih semua jawaban benar! Jawaban benar lebih dari satu.

- [ ] Frekuensi relatif atau peluang kegagalan sensor dari seluruh pengujian adalah 0,124
- [ ] Frekuensi relatif atau peluang kegagalan pada Tahap III lebih kecil daripada Tahap I
- [ ] Jika dilakukan 1.000 pengujian tambahan, frekuensi harapan sensor tersebut akan gagal adalah sebanyak 124 kali
- [ ] Peluang sensor berhasil pada satu kali deteksi berikutnya adalah sebesar 0,87

08.04

https://172.16.100.20

00:55:33

Akhiri Tes

Soal No #20 (Pilihan Ganda Kompleks)

Tandai Soal

« Previous

Next »

Perhatikan gambar berikut!

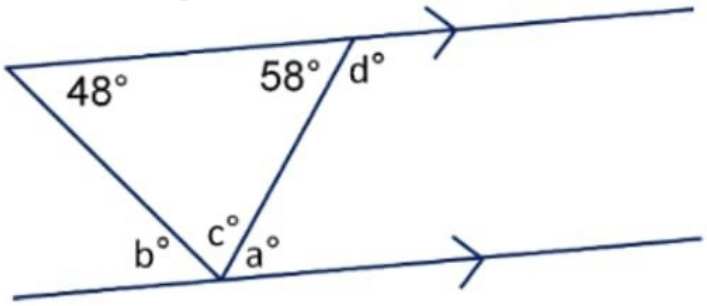

Berdasarkan informasi yang ada pada gambar tersebut, pernyataan yang benar adalah...

Klik jawaban yang benar, jawaban benar lebih dari satu!

- [x] Besar ∠c pada gambar tersebut adalah 74°
- [ ] ∠b merupakan sudut yang sepihak dalam dengan 48°, sehingga ∠b = 132°
- [x] ∠b merupakan sudut yang bersebrangan dalam dengan 48°, sehingga ∠b = 48°
- [x] Nilai dari penjumlahan ∠a + ∠b + ∠c + ∠d = 302°